제 2 교시

수학 영역

5지선다형

1. $\sqrt[3]{5}\times 25^{\frac{1}{3}}$ 의 값은? [2점]

① 1 ② 2 ③ 3 ④ 4 ⑤ 5

2. 함수 $f(x)=x^3-8x+7$에 대하여 $\lim_{h\to 0}\frac{f(2+h)-f(2)}{h}$ 의 값은? [2점]

① 1 ② 2 ③ 3 ④ 4 ⑤ 5

3. 첫째항과 공비가 모두 양수 k인 등비수열 $\{a_n\}$이

$$\frac{a_4}{a_2}+\frac{a_2}{a_1}=30$$

을 만족시킬 때, k의 값은? [3점]

① 1 ② 2 ③ 3 ④ 4 ⑤ 5

4. 함수

$$f(x)=\begin{cases} 5x+a & (x<-2) \\ x^2-a & (x\geq -2) \end{cases}$$

가 실수 전체의 집합에서 연속일 때, 상수 a의 값은? [3점]

① 6 ② 7 ③ 8 ④ 9 ⑤ 10

5. 함수 $f(x)=(x^2+1)(3x^2-x)$에 대하여 $f'(1)$의 값은? [3점]

① 8 ② 10 ③ 12 ④ 14 ⑤ 16

6. $\cos\left(\frac{\pi}{2}+\theta\right)=-\frac{1}{5}$일 때, $\frac{\sin\theta}{1-\cos^2\theta}$의 값은? [3점]

① -5 ② $-\sqrt{5}$ ③ 0 ④ $\sqrt{5}$ ⑤ 5

7. 다항함수 $f(x)$가 모든 실수 x에 대하여

$$\int_0^x f(t)\,dt=3x^3+2x$$

를 만족시킬 때, $f(1)$의 값은? [3점]

① 7 ② 9 ③ 11 ④ 13 ⑤ 15

8. 두 실수 $a=2\log\frac{1}{\sqrt{10}}+\log_2 20$, $b=\log 2$에 대하여 $a\times b$의 값은? [3점]

① 1 ② 2 ③ 3 ④ 4 ⑤ 5

9. 함수 $f(x)=3x^2-16x-20$에 대하여

$$\int_{-2}^{a} f(x)\,dx=\int_{-2}^{0} f(x)\,dx$$

일 때, 양수 a의 값은? [4점]

① 16 ② 14 ③ 12 ④ 10 ⑤ 8

10. 닫힌구간 $[0, 2\pi]$에서 정의된 함수 $f(x)=a\cos bx+3$이 $x=\frac{\pi}{3}$에서 최댓값 13을 갖도록 하는 두 자연수 a, b의 순서쌍 (a, b)에 대하여 $a+b$의 최솟값은? [4점]

① 12 ② 14 ③ 16 ④ 18 ⑤ 20

11. 시각 $t=0$일 때 출발하여 수직선 위를 움직이는 점 P의 시각 t $(t \geq 0)$에서의 위치 x가

$$x = t^3 - \frac{3}{2}t^2 - 6t$$

이다. 출발한 후 점 P의 운동 방향이 바뀌는 시각에서의 점 P의 가속도는? [4점]

① 6 ② 9 ③ 12 ④ 15 ⑤ 18

12. $a_1 = 2$인 수열 $\{a_n\}$과 $b_1 = 2$인 등차수열 $\{b_n\}$이 모든 자연수 n에 대하여

$$\sum_{k=1}^{n} \frac{a_k}{b_{k+1}} = \frac{1}{2}n^2$$

을 만족시킬 때, $\sum_{k=1}^{5} a_k$의 값은? [4점]

① 120 ② 125 ③ 130 ④ 135 ⑤ 140

13. 최고차항의 계수가 1인 삼차함수 $f(x)$가

$$f(1)=f(2)=0,\ f'(0)=-7$$

을 만족시킨다. 원점 O와 점 P$(3,\ f(3))$에 대하여 선분 OP가 곡선 $y=f(x)$와 만나는 점 중 P가 아닌 점을 Q라 하자.
곡선 $y=f(x)$와 y축 및 선분 OQ로 둘러싸인 부분의 넓이를 A, 곡선 $y=f(x)$와 선분 PQ로 둘러싸인 부분의 넓이를 B라 할 때, $B-A$의 값은? [4점]

① $\frac{37}{4}$ ② $\frac{39}{4}$ ③ $\frac{41}{4}$ ④ $\frac{43}{4}$ ⑤ $\frac{45}{4}$

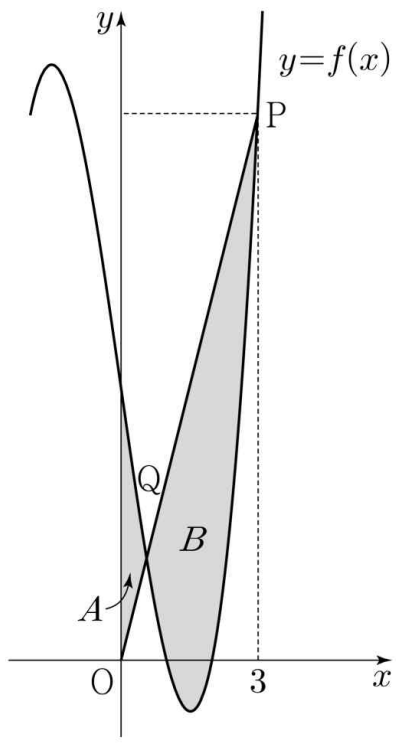

14. 그림과 같이 삼각형 ABC에서 선분 AB 위에 $\overline{AD}:\overline{DB}=3:2$인 점 D를 잡고, 점 A를 중심으로 하고 점 D를 지나는 원을 O, 원 O와 선분 AC가 만나는 점을 E라 하자.
$\sin A:\sin C=8:5$이고, 삼각형 ADE와 삼각형 ABC의 넓이의 비가 $9:35$이다. 삼각형 ABC의 외접원의 반지름의 길이가 7일 때, 원 O 위의 점 P에 대하여 삼각형 PBC의 넓이의 최댓값은? (단, $\overline{AB}<\overline{AC}$) [4점]

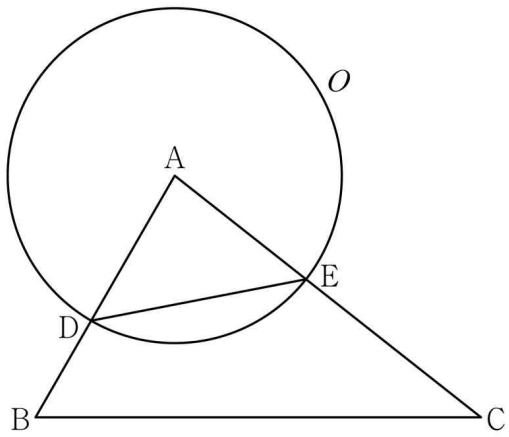

① $18+15\sqrt{3}$ ② $24+20\sqrt{3}$ ③ $30+25\sqrt{3}$
④ $36+30\sqrt{3}$ ⑤ $42+35\sqrt{3}$

15. 상수 a $(a \neq 3\sqrt{5})$와 최고차항의 계수가 음수인 이차함수 $f(x)$에 대하여 함수

$$g(x)=\begin{cases} x^3+ax^2+15x+7 & (x \leq 0) \\ f(x) & (x > 0) \end{cases}$$

이 다음 조건을 만족시킨다.

> (가) 함수 $g(x)$는 실수 전체의 집합에서 미분가능하다.
>
> (나) x에 대한 방정식 $g'(x) \times g'(x-4)=0$의 서로 다른 실근의 개수는 4이다.

$g(-2)+g(2)$의 값은? [4점]

① 30 ② 32 ③ 34 ④ 36 ⑤ 38

단답형

16. 방정식

$$\log_2(x-3)=\log_4(3x-5)$$

를 만족시키는 실수 x의 값을 구하시오. [3점]

17. 다항함수 $f(x)$에 대하여 $f'(x)=9x^2+4x$이고 $f(1)=6$일 때, $f(2)$의 값을 구하시오. [3점]

18. 수열 $\{a_n\}$이 모든 자연수 n에 대하여

$$a_n + a_{n+4} = 12$$

를 만족시킬 때, $\sum_{n=1}^{16} a_n$의 값을 구하시오. [3점]

19. 양수 a에 대하여 함수 $f(x)$를

$$f(x) = 2x^3 - 3ax^2 - 12a^2x$$

라 하자. 함수 $f(x)$의 극댓값이 $\frac{7}{27}$일 때, $f(3)$의 값을 구하시오. [3점]

20. 곡선 $y = \left(\frac{1}{5}\right)^{x-3}$과 직선 $y = x$가 만나는 점의 x좌표를 k라 하자. 실수 전체의 집합에서 정의된 함수 $f(x)$가 다음 조건을 만족시킨다.

$x > k$인 모든 실수 x에 대하여 $f(x) = \left(\frac{1}{5}\right)^{x-3}$이고 $f(f(x)) = 3x$이다.

$f\left(\frac{1}{k^3 \times 5^{3k}}\right)$의 값을 구하시오. [4점]

21. 함수 $f(x)=x^3+ax^2+bx+4$가 다음 조건을 만족시키도록 하는 두 정수 a, b에 대하여 $f(1)$의 최댓값을 구하시오. [4점]

모든 실수 α에 대하여 $\lim_{x \to \alpha} \frac{f(2x+1)}{f(x)}$의 값이 존재한다.

22. 모든 항이 정수이고 다음 조건을 만족시키는 모든 수열 $\{a_n\}$에 대하여 $|a_1|$의 값의 합을 구하시오. [4점]

(가) 모든 자연수 n에 대하여

$$a_{n+1}=\begin{cases} a_n-3 & (|a_n|\text{이 홀수인 경우}) \\ \frac{1}{2}a_n & (a_n=0 \text{ 또는 } |a_n|\text{이 짝수인 경우}) \end{cases}$$

이다.

(나) $|a_m|=|a_{m+2}|$인 자연수 m의 최솟값은 3이다.

제 2 교시

수학 영역(확률과 통계)

5지선다형

23. 다항식 $(x^3+2)^5$의 전개식에서 x^6의 계수는? [2점]

① 40 ② 50 ③ 60 ④ 70 ⑤ 80

24. 두 사건 A, B에 대하여

$$\mathrm{P}(A|B)=\mathrm{P}(A)=\frac{1}{2},\quad \mathrm{P}(A\cap B)=\frac{1}{5}$$

일 때, $\mathrm{P}(A\cup B)$의 값은? [3점]

① $\frac{1}{2}$ ② $\frac{3}{5}$ ③ $\frac{7}{10}$ ④ $\frac{4}{5}$ ⑤ $\frac{9}{10}$

25. 정규분포 $\mathrm{N}(m,\ 2^2)$을 따르는 모집단에서 크기가 256인 표본을 임의추출하여 얻은 표본평균을 이용하여 구한 m에 대한 신뢰도 95 %의 신뢰구간이 $a \le m \le b$이다. $b-a$의 값은? (단, Z가 표준정규분포를 따르는 확률변수일 때, $\mathrm{P}(|Z| \le 1.96) = 0.95$로 계산한다.) [3점]

① 0.49 ② 0.52 ③ 0.55 ④ 0.58 ⑤ 0.61

26. 어느 학급의 학생 16명을 대상으로 과목 A와 과목 B에 대한 선호도를 조사하였다. 이 조사에 참여한 학생은 과목 A와 과목 B 중 하나를 선택하였고, 과목 A를 선택한 학생은 9명, 과목 B를 선택한 학생은 7명이다. 이 조사에 참여한 학생 16명 중에서 임의로 3명을 선택할 때, 선택한 3명의 학생 중에서 적어도 한 명이 과목 B를 선택한 학생일 확률은?

① $\frac{3}{4}$ ② $\frac{4}{5}$ ③ $\frac{17}{20}$ ④ $\frac{9}{10}$ ⑤ $\frac{19}{20}$

27. 숫자 1, 3, 5, 7, 9가 각각 하나씩 적혀 있는 5장의 카드가 들어 있는 주머니가 있다. 이 주머니에서 임의로 1장의 카드를 꺼내어 카드에 적혀 있는 수를 확인한 후 다시 넣는 시행을 한다. 이 시행을 3번 반복하여 확인한 세 개의 수의 평균을 $\overline{X}$ 라 하자. $\mathrm{V}(a\overline{X}+6)=24$일 때, 양수 a의 값은? [3점]

① 1 ② 2 ③ 3 ④ 4 ⑤ 5



28. 집합 $X=\{1, 2, 3, 4, 5, 6\}$에 대하여 다음 조건을 만족시키는 함수 $f : X \to X$의 개수는? [4점]

(가) $f(1)\times f(6)$의 값이 6의 약수이다.
(나) $2f(1)\le f(2)\le f(3)\le f(4)\le f(5)\le 2f(6)$

① 166 ② 171 ③ 176 ④ 181 ⑤ 186

단답형

29. 정규분포 $\mathrm{N}(m_1, \sigma_1^2)$을 따르는 확률변수 X와 정규분포 $\mathrm{N}(m_2, \sigma_2^2)$을 따르는 확률변수 Y가 다음 조건을 만족시킨다.

> 모든 실수 x에 대하여
> $\mathrm{P}(X \le x) = \mathrm{P}(X \ge 40 - x)$이고
> $\mathrm{P}(Y \le x) = \mathrm{P}(X \le x + 10)$이다.

$\mathrm{P}(15 \le X \le 20) + \mathrm{P}(15 \le Y \le 20)$의 값을 다음 표준정규분포표를 이용하여 구한 것이 0.4772일 때, $m_1 + \sigma_2$의 값을 구하시오. (단, σ_1과 σ_2는 양수이다.) [4점]

z	$\mathrm{P}(0 \le Z \le z)$
0.5	0.1915
1.0	0.3413
1.5	0.4332
2.0	0.4772

30. 탁자 위에 5개의 동전이 일렬로 놓여 있다. 이 5개의 동전 중 1번째 자리와 2번째 자리의 동전은 앞면이 보이도록 놓여 있고, 나머지 자리의 3개의 동전은 뒷면이 보이도록 놓여 있다.
이 5개의 동전과 한 개의 주사위를 사용하여 다음 시행을 한다.

> 주사위를 한 번 던져 나온 눈의 수가 k일 때, $k \le 5$이면 k번째 자리의 동전을 한 번 뒤집어 제자리에 놓고, $k = 6$이면 모든 동전을 한 번씩 뒤집어 제자리에 놓는다.

위의 시행을 3번 반복한 후 이 5개의 동전이 모두 앞면이 보이도록 놓여 있을 확률은 $\frac{q}{p}$이다. $p+q$의 값을 구하시오. (단, p와 q는 서로소인 자연수이다.) [4점]

> ＊ 확인 사항
> ○ 답안지의 해당란에 필요한 내용을 정확히 기입(표기)했는지 확인하시오.
> ○ 이어서, 「**선택과목(미적분)**」 문제가 제시되오니, 자신이 선택한 과목인지 확인하시오.

제 2 교시

수학 영역(미적분)

5지선다형

23. $\lim_{x \to 0} \frac{3x^2}{\sin^2 x}$ 의 값은?

① 1 ② 2 ③ 3 ④ 4 ⑤ 5

24. $\int_0^{10} \frac{x+2}{x+1}\,dx$ 의 값은? [3점]

① $10+\ln 5$ ② $10+\ln 7$ ③ $10+2\ln 3$
④ $10+\ln 11$ ⑤ $10+\ln 13$

25. 수열 $\{a_n\}$에 대하여 $\lim_{n\to\infty}\frac{na_n}{n^2+3}=1$일 때, $\lim_{n\to\infty}\left(\sqrt{{a_n}^2+n}-a_n\right)$의 값은? [3점]

① $\frac{1}{3}$ ② $\frac{1}{2}$ ③ 1 ④ 2 ⑤ 3

26. 그림과 같이 곡선 $y=\sqrt{\frac{x+1}{x(x+\ln x)}}$과 x축 및 두 직선 $x=1$, $x=e$로 둘러싸인 부분을 밑면으로 하는 입체도형이 있다. 이 입체도형을 x축에 수직인 평면으로 자른 단면이 모두 정사각형일 때, 이 입체도형의 부피는? [3점]

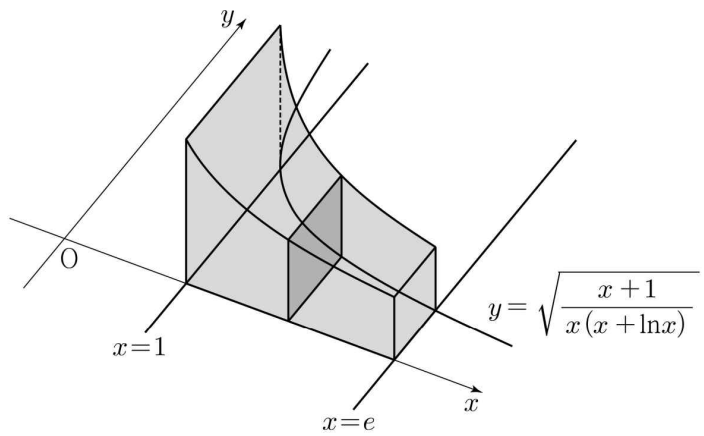

① $\ln(e+1)$ ② $\ln(e+2)$ ③ $\ln(e+3)$
④ $\ln(2e+1)$ ⑤ $\ln(2e+2)$

27. 최고차항의 계수가 1인 삼차함수 $f(x)$에 대하여 함수 $g(x)$를

$$g(x)=f(e^x)+e^x$$

이라 하자. 곡선 $y=g(x)$ 위의 점 $(0, g(0))$에서의 접선이 x축이고 함수 $g(x)$가 역함수 $h(x)$를 가질 때, $h'(8)$의 값은? [3점]

① $\frac{1}{36}$ ② $\frac{1}{18}$ ③ $\frac{1}{12}$ ④ $\frac{1}{9}$ ⑤ $\frac{5}{36}$

28. 실수 전체의 집합에서 미분가능한 함수 $f(x)$의 도함수 $f'(x)$가

$$f'(x)=-x+e^{1-x^2}$$

이다. 양수 t에 대하여 곡선 $y=f(x)$ 위의 점 $(t, f(t))$에서의 접선과 곡선 $y=f(x)$ 및 y축으로 둘러싸인 부분의 넓이를 $g(t)$라 하자. $g(1)+g'(1)$의 값은? [4점]

① $\frac{1}{2}e+\frac{1}{2}$ ② $\frac{1}{2}e+\frac{2}{3}$ ③ $\frac{1}{2}e+\frac{5}{6}$
④ $\frac{2}{3}e+\frac{1}{2}$ ⑤ $\frac{2}{3}e+\frac{2}{3}$

단답형

29. 등비수열 $\{a_n\}$이

$$\sum_{n=1}^{\infty}(|a_n|+a_n)=\frac{40}{3},\quad \sum_{n=1}^{\infty}(|a_n|-a_n)=\frac{20}{3}$$

을 만족시킨다. 부등식

$$\lim_{n\to\infty}\sum_{k=1}^{2n}\left((-1)^{\frac{k(k+1)}{2}}\times a_{m+k}\right)>\frac{1}{700}$$

을 만족시키는 모든 자연수 m의 값의 합을 구하시오. [4점]

30. 두 상수 a $(1\le a\le 2)$, b에 대하여 함수 $f(x)=\sin(ax+b+\sin x)$가 다음 조건을 만족시킨다.

(가) $f(0)=0$, $f(2\pi)=2\pi a+b$

(나) $f'(0)=f'(t)$인 양수 t의 최솟값은 4π이다.

함수 $f(x)$가 $x=\alpha$에서 극대인 α의 값 중 열린구간 $(0, 4\pi)$에 속하는 모든 값의 집합을 A라 하자. 집합 A의 원소의 개수를 n, 집합 A의 원소 중 가장 작은 값을 α_1이라 하면, $n\alpha_1-ab=\frac{q}{p}\pi$이다. $p+q$의 값을 구하시오. (단, p와 q는 서로소인 자연수이다.) [4점]

* 확인 사항

○ 답안지의 해당란에 필요한 내용을 정확히 기입(표기)했는지 확인하시오.

○ 이어서, 「**선택과목(기하)**」 문제가 제시되오니, 자신이 선택한 과목인지 확인하시오.

제 2 교시

수학 영역(기하)

5지선다형

23. 두 벡터 $\vec{a}=(k,\ 3)$, $\vec{b}=(1,\ 2)$에 대하여 $\vec{a}+3\vec{b}=(6,\ 9)$일 때, k의 값은? [2점]

① 1 ② 2 ③ 3 ④ 4 ⑤ 5

24. 꼭짓점의 좌표가 $(1,\ 0)$이고, 준선이 $x=-1$인 포물선이 점 $(3,\ a)$를 지날 때, 양수 a의 값은? [3점]

① 1 ② 2 ③ 3 ④ 4 ⑤ 5

25. 좌표공간의 두 점 $\mathrm{A}(a,\ b,\ 6)$, $\mathrm{B}(-4,\ -2,\ c)$에 대하여 선분 AB를 $3:2$로 내분하는 점이 z축 위에 있고, 선분 AB를 $3:2$로 외분하는 점이 xy평면 위에 있을 때, $a+b+c$의 값은? [3점]

① 11 ② 12 ③ 13 ④ 14 ⑤ 15

26. 자연수 n $(n \geq 2)$에 대하여 직선 $x=\frac{1}{n}$이 두 타원

$$C_1 : \frac{x^2}{2}+y^2=1, \quad C_2 : 2x^2+\frac{y^2}{2}=1$$

과 만나는 제1사분면 위의 점을 각각 P, Q라 하자. 타원 C_1 위의 점 P에서의 접선의 x절편을 α, 타원 C_2 위의 점 Q에서의 접선의 x절편을 β라 할 때, $6 \leq \alpha-\beta \leq 15$가 되도록 하는 모든 n의 개수는? [3점]

① 7 ② 9 ③ 11 ④ 13 ⑤ 15

27. 그림과 같이 $\overline{AB}=6$, $\overline{BC}=4\sqrt{5}$ 인 사면체 ABCD에 대하여 선분 BC의 중점을 M이라 하자. 삼각형 AMD가 정삼각형이고 직선 BC는 평면 AMD와 수직일 때, 삼각형 ACD에 내접하는 원의 평면 BCD 위로의 정사영의 넓이는? [3점]

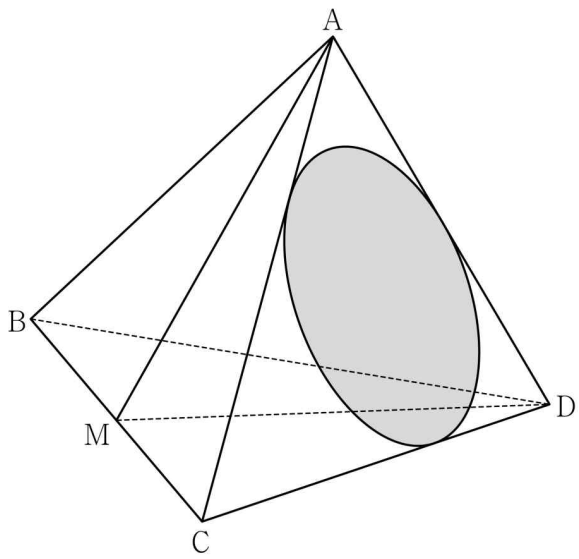

① $\frac{\sqrt{10}}{4}\pi$ ② $\frac{\sqrt{10}}{6}\pi$ ③ $\frac{\sqrt{10}}{8}\pi$ ④ $\frac{\sqrt{10}}{10}\pi$ ⑤ $\frac{\sqrt{10}}{12}\pi$

28. 좌표공간에 $\overline{AB}=8$, $\overline{BC}=6$, $\angle ABC=\frac{\pi}{2}$ 인 직각삼각형 ABC와 선분 AC를 지름으로 하는 구 S가 있다. 직선 AB를 포함하고 평면 ABC에 수직인 평면이 구 S와 만나서 생기는 원을 O라 하자. 원 O 위의 점 중에서 직선 AC까지의 거리가 4인 서로 다른 두 점을 P, Q라 할 때, 선분 PQ의 길이는? [4점]

① $\sqrt{43}$ ② $\sqrt{47}$ ③ $\sqrt{51}$ ④ $\sqrt{55}$ ⑤ $\sqrt{59}$

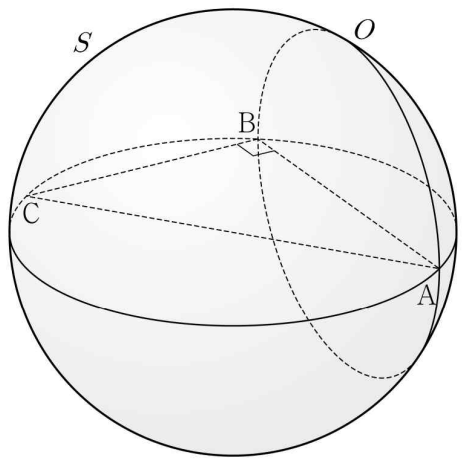

단답형

29. 두 초점이 $\mathrm{F}(c,\ 0)$, $\mathrm{F}'(-c,\ 0)(c>0)$인 쌍곡선 $x^2-\dfrac{y^2}{35}=1$이 있다. 이 쌍곡선 위에 있는 제1사분면 위의 점 P에 대하여 직선 PF′ 위에 $\overline{\mathrm{PQ}}=\overline{\mathrm{PF}}$인 점 Q를 잡자.
삼각형 QF′F와 삼각형 FF′P가 서로 닮음일 때,
삼각형 PFQ의 넓이는 $\dfrac{q}{p}\sqrt{5}$이다. $p+q$의 값을 구하시오.
(단, $\overline{\mathrm{PF}'}<\overline{\mathrm{QF}'}$이고, p와 q는 서로소인 자연수이다.)

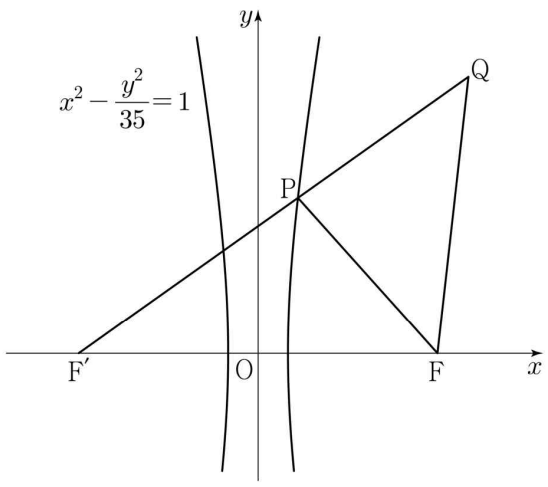

30. 좌표평면에 한 변의 길이가 4인 정사각형 ABCD가 있다.

$$|\overrightarrow{\mathrm{XB}}+\overrightarrow{\mathrm{XC}}|=|\overrightarrow{\mathrm{XB}}-\overrightarrow{\mathrm{XC}}|$$

를 만족시키는 점 X가 나타내는 도형을 S라 하자.
도형 S 위의 점 P에 대하여

$$4\overrightarrow{\mathrm{PQ}}=\overrightarrow{\mathrm{PB}}+2\overrightarrow{\mathrm{PD}}$$

를 만족시키는 점을 Q라 할 때, $\overrightarrow{\mathrm{AC}}\cdot\overrightarrow{\mathrm{AQ}}$의 최댓값과 최솟값을 각각 M, m이라 하자. $M\times m$의 값을 구하시오. [4점]

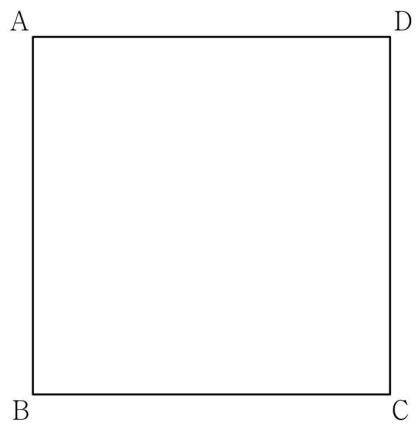

＊ 확인 사항

○ 답안지의 해당란에 필요한 내용을 정확히 기입(표기)했는지 확인하시오.